Sujet examen Semestre 1 - Introduction au Design graphique et UI

Niveau 1 Bachelor

Durée : 3 heures
Documents autorisés : Aucun
Matériel autorisé : Paquet de crayon de couleurs
Barème : /100 points

Nom(s) et Prénom(s) : _____

Date : _____

PARTIE 1 : QUESTIONS DE COURS - QCM (20 points)

Cochez la bonne réponse et justifiez votre choix. Chaque question vaut 4 points (2 pts pour la bonne réponse, 2 pts pour la justification).

Question 1 (4 points)

Qu'est-ce que la **hiérarchie visuelle** en design graphique ?

- ☐ A) L'organisation chronologique des éléments d'une page selon leur date de création
- ☐ B) L'organisation des éléments visuels par ordre d'importance pour guider l'œil de l'utilisateur
- ☐ C) La classification des typographies selon leur style (serif, sans-serif, script)

Justifiez votre réponse (expliquez pourquoi c'est important) :

_____

_____

_____

GREEN UP ACADEMY

Question 2 (4 points)

Quelle est la principale différence entre **UX (User Experience)** et **UI (User Interface)** ?

- ☐ A) UX concerne l'expérience globale de l'utilisateur, UI concerne l'apparence visuelle de l'interface
- ☐ B) UX est pour le web uniquement, UI est pour les applications mobiles
- ☐ C) UX traite des couleurs et typographies, UI traite de la navigation et des fonctionnalités

Justifiez avec un exemple concret pour chaque concept :

Question 3 (4 points)

Parmi ces propositions, laquelle représente correctement **03 principes de la théorie de Gestalt** ?

- ☐ A) Proximité, Similarité, Continuité
- ☐ B) Contraste, Saturation, Luminosité
- ☐ C) Alignement, Répétition, Hiérarchie

Expliquez brièvement chacun des trois principes de votre réponse :

Question 4 (4 points)

Quelle affirmation est correcte concernant les modes colorimétriques **RVB** et **CMJN** ?

- ☐ A) RVB pour l'impression, CMJN pour les écrans (web et mobile)
- ☐ B) RVB pour les écrans (web et mobile), CMJN pour l'impression
- ☐C) RVB et CMJN sont identiques, on peut utiliser l'un ou l'autre indifféremment

Justifiez votre réponse et expliquez le principe de chaque mode :

GREEN UP ACADEMY

Question 5 (4 points)

Qu'est-ce que le **responsive design** ?

- ☐ A) Un design qui répond rapidement aux clics et interactions de l'utilisateur
- ☐ B) Une approche qui permet à une interface de s'adapter à différentes tailles d'écran
- ☐ C) Un design qui utilise des animations et transitions fluides

Justifiez son importance dans le design d'interfaces modernes :

PARTIE 2 : QCM (20 points)

Cochez la ou les bonne(s) réponse(s). Chaque question vaut 2 points.

Question 1

Quelle est la résolution standard recommandée pour l'impression professionnelle ?

- ☐ A) 72 DPI
- ☐ B) 150 DPI
- ☐ C) 300 DPI
- ☐ D) 600 DPI

Question 2

Parmi ces polices, lesquelles sont des polices **serif** ? (plusieurs réponses possibles)

- ☐ A) Times New Roman
- ☐☐ B) Arial

- ☐ C) Garamond
- ☐ D) Helvetica

Question 3

Quel est le contraste minimum recommandé par les normes WCAG AA pour assurer l'accessibilité ?

- ☐ A) 3:1
- ☐ B) 4.5:1
- ☐ C) 7:1
- ☐ D) 10:1

Question 4

Que signifie l'acronyme **CTA** en design d'interface ?

- ☐ A) Color Text Alignment
- ☐ B) Call To Action
- ☐ C) Creative Typography Art
- ☐ D) Component Type Analysis

Question 5

Quels sont les états d'interface les plus courants ? (plusieurs réponses possibles)

- ☐ A) Default
- ☐ B) Hover
- ☐ C) Active
- ☐D) Tous les précédents

Question 6

En typographie, qu'appelle-t-on l'**interlignage** ?

- ☐ A) L'espace entre deux lettres d'un même mot
- ☐ B) L'espace vertical entre deux lignes de texte
- ☐ C) La hauteur totale d'une lettre
- ☐ D) L'épaisseur du trait d'une lettre

Question 7

Dans la roue chromatique, quelles couleurs sont considérées comme **complémentaires** ?

- ☐ A) Deux couleurs côte à côte
- ☐B) Deux couleurs opposées
- ☐ C) Trois couleurs équidistantes
- ☐ D) Des nuances d'une même couleur

Question 8

Qu'est-ce qu'un **wireframe** ?

- ☐ A) Une maquette graphique finale
- ☐ B) Un schéma structurel sans design visuel
- ☐ C) Un prototype interactif
- ☐ D) Une charte graphique

Question 9

Quelle est la règle de composition visuelle qui divise l'espace en 9 zones égales ?

- ☐ A) Le nombre d'or
- ☐B) La règle des tiers
- ☐ C) La grille modulaire
- ☐ D) Le ratio 16:9

Question 10

Qu'est-ce qu'un **persona** en UX design ?

- ☐ A) Un utilisateur réel du produit
- ☐ B) Un profil fictif représentant un type d'utilisateur
- ☐ C) Le designer du projet
- ☐ D) Un concurrent du marché

PARTIE 3 : EXERCICES PRATIQUES (60 points)

GREEN UP ACADEMY

PARTIE 3- 1 - Identification Visuelle (35 points)

EXERCICE 1 - Analyse typographique (12 points)

A. Observez les quatre exemples de textes suivants (police 1, police 2, police 3, police 4) et répondez aux questions :

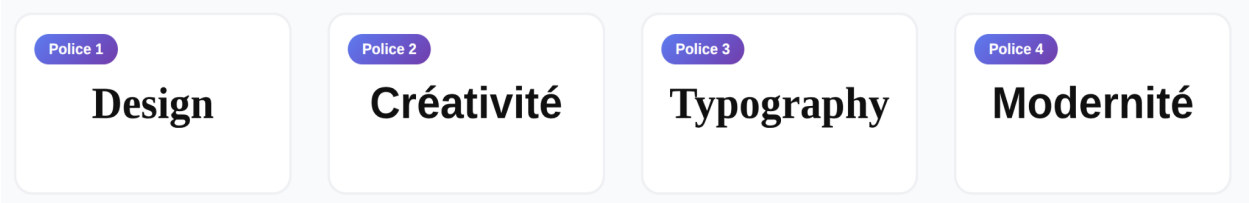

Questions :

1. **(4 pts)** Associez chaque mot affiché avec le nom de sa police parmi la liste ci-après puis identifiez pour chacune d'elle s'il s'agit d'une police **serif** ou **sans-serif**.

Listes des noms de police:

- A) Times New Roman
- B) Helvetica
- C) Comic Sans
- D) Futura

Vos réponses :

- Police 1 : _____
- Police 2 : _____
- Police 3 : _____
- Police 4 : _____

2. **(2 pts)** Parmi ces quatre exemples, quelles polices sont les **plus appropriées** pour (une seule police pour chaque cas) :

Vos réponses :

- Un site web corporate/professionnel : _____
- Une affiche pour un événement pour enfants : _____

B. Comparez ces deux versions de texte et identifiez les différences typographiques:

GREEN UP ACADEMY

✗ **Version Plate** À éviter

L'intelligence artificielle transforme notre quotidien

Une révolution technologique en marche qui change nos habitudes

L'intelligence artificielle (IA) est devenue omniprésente dans notre vie quotidienne. Des assistants vocaux aux recommandations personnalisées, elle façonne progressivement notre manière d'interagir avec la technologie.

Applications pratiques

Dans le domaine de la santé, l'IA permet de diagnostiquer des maladies avec une précision remarquable.

Défis et perspectives

Malgré ces avancées, l'IA soulève des questions éthiques importantes. La protection des données personnelles est essentielle.

Problèmes identifiés :

- • Toutes les tailles identiques
- • Pas de distinction visuelle
- *• ??? (à identifier)*
- *• ??? (à identifier)*

Questions : (3 pts)

- Pour la version plate identifiez deux problèmes manquants parmi les options ci-dessous

A. ☐ Difficile à scanner rapidement
B. ☐ Manque de structure claire
C. ☐ Trop d'animations
D. ☐ Police trop grande
E. ☐ Couleurs trop vives
F. ☐ Images mal alignées

Justifiez votre réponse

✓ **Version Hiérarchisée** Recommandé

L'intelligence artificielle transforme notre quotidien

Une révolution technologique en marche qui change nos habitudes

L'intelligence artificielle (IA) est devenue omniprésente dans notre vie quotidienne. Des assistants vocaux aux recommandations personnalisées, elle façonne progressivement notre manière d'interagir avec la technologie.

Applications pratiques

Dans le domaine de la santé, l'IA permet de diagnostiquer des maladies avec une précision remarquable.

Défis et perspectives

Malgré ces avancées, l'IA soulève des questions éthiques importantes. La protection des données personnelles est essentielle.

Améliorations apportées :

- • Hiérarchie claire des tailles
- • Utilisation de la graisse (bold)
- *• ??? (à identifier)*
- *• ??? (à identifier)*

- Pour la version hiérarchisée identifiez trois solutions manquants parmi les options ci-dessous:

A. ☐ Couleurs pour différencier
B. ☐ Espacement adapté
C. ☐ Ajout de vidéos
D. ☐ Police manuscrite
E. ☐ Texte en majuscules
F. ☐ Structure visuelle évidente

Justifiez votre réponse

C. (3 pts) Pour chaque police, indiquez quelle **émotion ou impression** elle véhicule généralement (moderne, classique, ludique, élégante, etc.).

Vos réponses :

- A) Times New Roman : _____
- B) Helvetica : _____
- C) Comic Sans : _____
- D) Futura : _____

EXERCICE 2 - Synesthésie musicale (8 pts)

Associez chaque style musical à sa palette de couleurs.

Consigne : La synesthésie est la capacité d'associer des stimuli sensoriels différents. Dans cet exercice, vous devez associer chaque style musical à la palette de couleurs qui l'évoque le mieux selon vous.

Pour chaque style musical, inscrivez la lettre (A, B, C ou D) de la palette correspondante.

Répondez sur la zone réservée (Chaque bonne réponse vaut 2 pts)

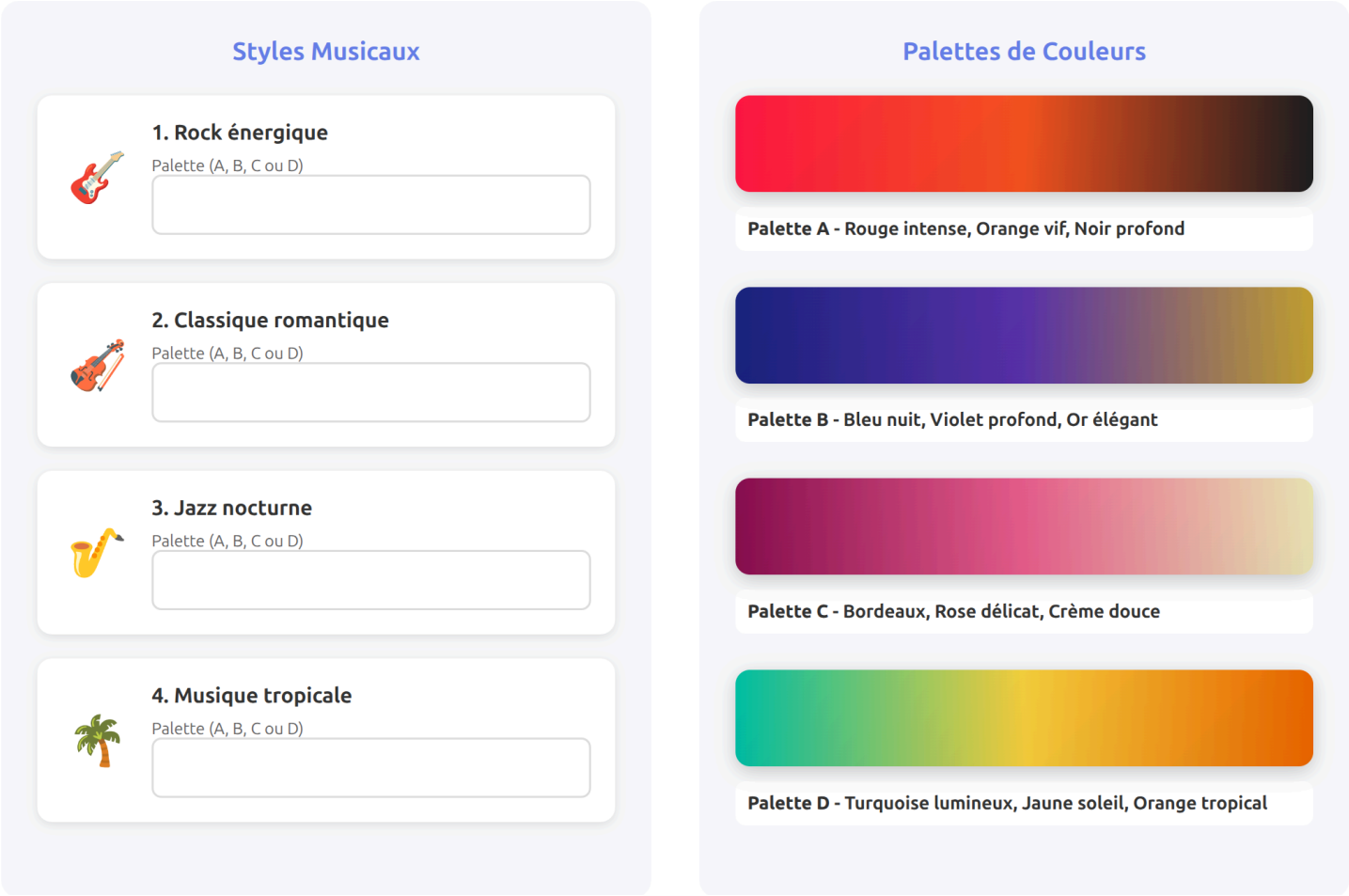

EXERCICE 3 - Couleur et Psychologie Chromatique (15 pts)

A. Identification des contrastes (5 pts)

1. **(4 pts)** Parmi les exemples suivants, identifiez les combinaisons qui respectent le ratio de contraste WCAG AA (minimum 4.5:1):

Texte Exemple	Texte Exemple	Texte Exemple
☐ A) Noir sur Blanc	☐ B) Jaune sur Blanc	☐ C) Blanc sur Bleu foncé
Texte Exemple	Texte Exemple	Texte Exemple
☐ D) Gris clair sur Gris	☐ E) Gris moyen sur Blanc	☐ F) Blanc sur Vert foncé

2. **(1 pt)** Quel est le ratio minimum du Niveau AAA - contraste renforcé pour une lisibilité maximale ? (une seule bonne réponse à cocher)

   B. ☐ 7 : 1
   C. ☐ 5 : 3 : 3
   D. ☐ < 4.5 : 1

E. Théorie des Couleurs et Palettes (10 pts)

Un client vous contacte pour créer l'identité visuelle de son entreprise. Lisez le brief ci-dessous et choisissez les palettes appropriées.

GREEN UP ACADEMY

🌱Brief Client - "EcoTech Solutions"

Entreprise : Startup spécialisée dans les solutions écologiques et technologies durables.

Attentes du client :

- 💚 Véhiculer des valeurs de **nature, fraîcheur et innovation**
- Palette qui inspire la **confiance et la modernité**
- Couleurs harmonieuses qui fonctionnent bien ensemble
- Look professionnel et énergique.

1. **(1 pt)** Qu'entendez-vous par identité visuelle ?

Votre réponse

---

2. **(5 pts)** Identifiez le type de chaque palette en vous aidant du cercle chromatique.

🟢 **Palette Analogique**

Couleurs **voisines** sur le cercle chromatique (ex: bleu, bleu-vert, vert). Crée une harmonie douce et naturelle.

🔴 **Palette Complémentaire**

Couleurs **opposées** sur le cercle (ex: bleu et orange). Crée un contraste fort et dynamique.

🔵 **Palette Triadique**

Trois couleurs **équidistantes** formant un triangle (ex: rouge, jaune, bleu). Équilibre vibrant.

- Cochez la bonne case correspond au type de palette :

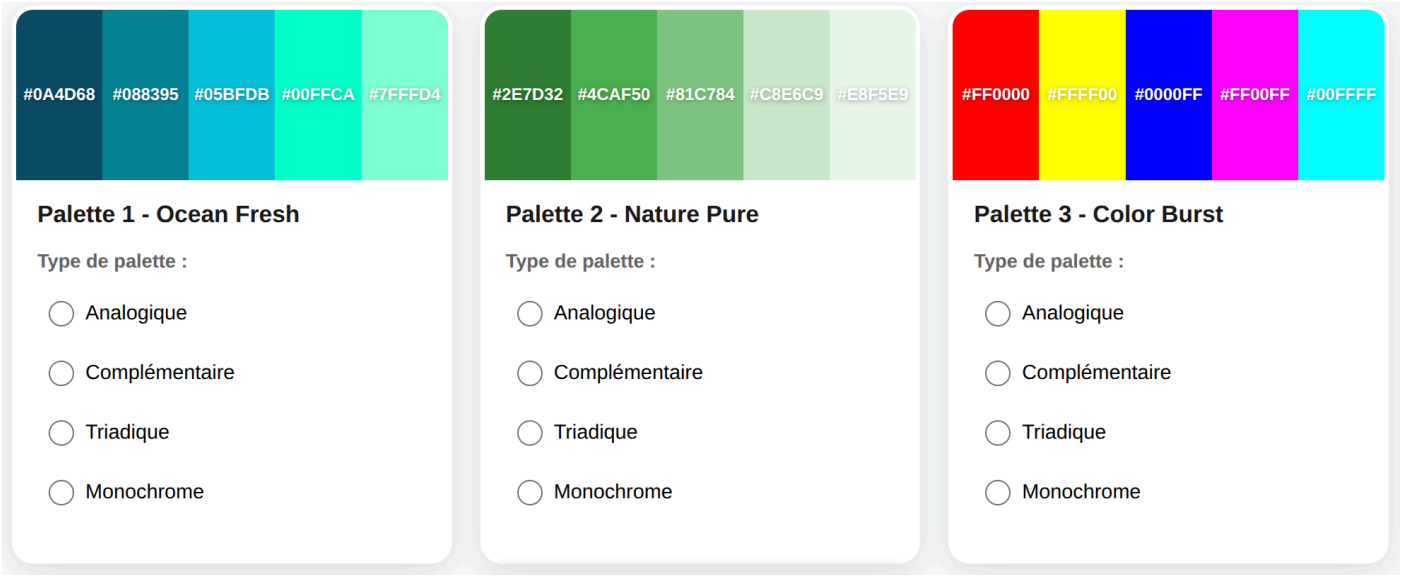

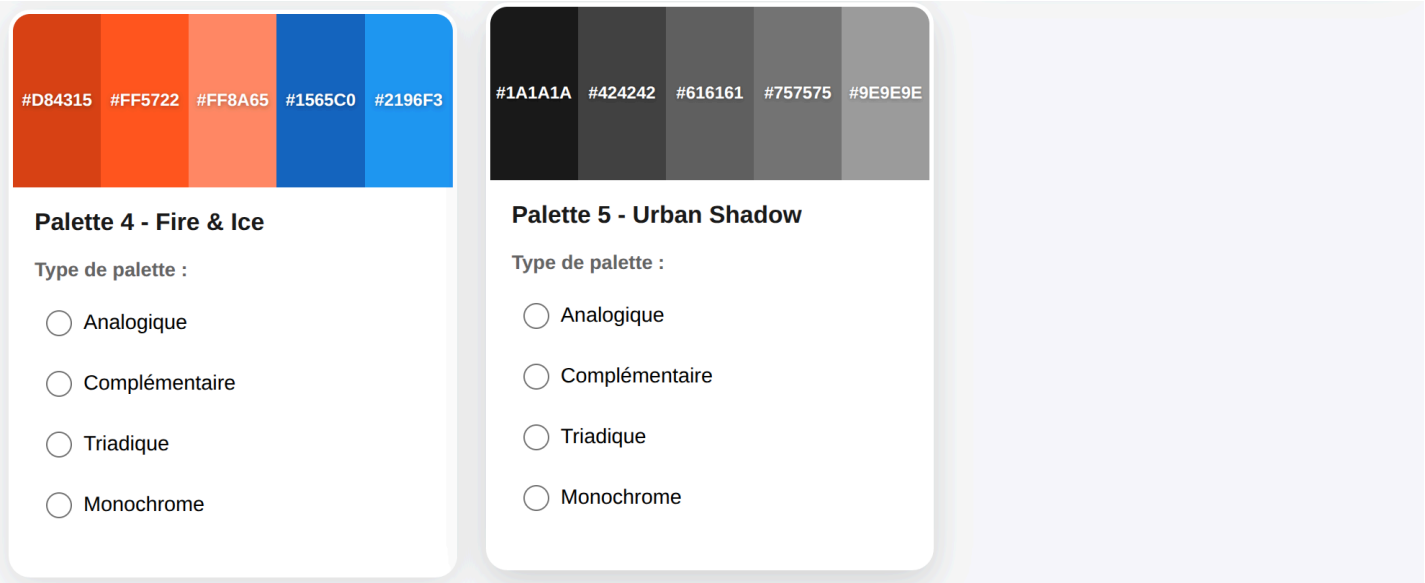

3. **(2 pts)** Sélectionnez les 2 palettes qui correspondent le mieux au brief du client

   A. ☐ Palette 1 - Ocean Fresh
   B. ☐ Palette 2 - Nature Pure
   C. ☐ Palette 3 - Color Burst
   D. ☐ Palette 4 - Fire & Ice

E. ☐ Palette 5 - Urban Shadow

4. **(2 pts)** Justifiez vos choix de palettes pour le brief client

Expliquez pourquoi les 2 palettes choisies correspondent au brief "EcoTech Solutions" et pourquoi les autres ne conviennent pas.

PARTIE 3- 2 - Analyse Visuelle (25 points)

Analysez ce mockup d'application mobile pour **EcoTech Solutions** (le brief du client précédent) et répondez aux questions.

Question 1 (5 pts) : Identifiez et décrivez la hiérarchie visuelle de cette interface (4 niveaux minimum en dehors de l'exemple).

Réponse :

Exemple : Niveau 1 - header avec logo et stats (le plus visible)...

Question 2 (5 pts) : Analysez l'utilisation des couleurs : est-elle cohérente avec le brief EcoTech Solutions ? Justifiez.

Réponse :

Question 3 (5 pts) : Proposez 5 améliorations UX concrètes pour cette interface mobile.

Réponse :

GREEN UP ACADEMY

Question 4 (10 pts): Application pratique de votre palette

En vous référant à votre palette préférée (cf exercice Brief EcoTech Solutions), indiquez les codes hexadécimaux que vous utiliseriez pour chaque élément (en 2 exemples) :

NB : Pour chaque cas dessiner à la main un visuel (en vous inspirant de l'exemple) illustratif pour montrer une *hiérarchie visuelle claire.*

Réponses :

Nom de votre palette préférée : _____

CAS 1: (3 pts)

Partie 1 - En-tête de site web
Fond : #_____

Partie 2 - Graphique de données (3 barres)
Barre 1 : #_____
Barre 2 : #_____
Barre 3 : #_____

Partie 3 - Boutons d'interface
Principal : #_____
Secondaire : #_____
Tertiaire : #_____

Espace pour Visuel 1 : (2 pts)

GREEN UP ACADEMY

CAS 2: (3 pts)

Partie 1 - En-tête de site web
Fond : #_____

Partie 2 - Graphique de données (3 barres)
Barre 1 : #_____
Barre 2 : #_____
Barre 3 : #_____

Partie 3 - Boutons d'interface
Principal : #_____
Secondaire : #_____
Tertiaire : #_____

Espace pour visuel 2 : (2 pts)

Conseil : *Assurez-vous que vos couleurs créent une hiérarchie visuelle claire.*

Exemple de Réponse attendue :

Partie 1 - En-tête de site web
Fond : #088395

Partie 2 - Graphique de données (3 barres)
Barre 1 : #0A4D68
Barre 2 : #088395
Barre 3 : #05BFDB

Partie 3 - Boutons d'interface
Principal : #0A4D68
Secondaire : #088395
Tertiaire : #05BFDB

NB : ce visuel est juste à titre illustratif pour montrer une *hiérarchie visuelle claire.*



GREEN UP ACADEMY

GRILLE DE NOTATION

Partie	Points
Partie 1 - Questions de cours	/20
Partie 2 - QCM	/20
Partie 3 - Exercices Pratiques	/60
TOTAL	**/100**

Bon courage !